©maths974

Rapido 6ème

GS 3.1

1. Complète : $\frac{317}{100} = \ldots + \frac{\ldots}{100} = \ldots + \frac{\ldots}{10} + \frac{\ldots}{100} = \ldots$

GS 2.7

2. Complète : $\frac{7}{6} = \frac{7 \times 3}{6 \times 3} = \frac{\ldots}{\ldots}$

GS 9.1

3. Complète : 10 km = ... m

4. Je suis un . . . . . .

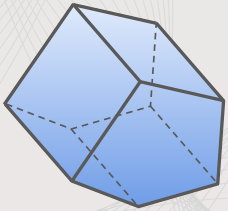

GS 21.1

5. Dans un refuge animalier, il y a 250 chiens et 150 chats.

a. Combien y a-t-il d'animaux en tout dans le refuge ?

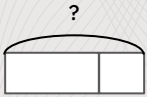

b. Si 50 chiens et 40 chats sont adoptés, combien d'animaux reste-t-il dans ce refuge ?



GS 26.2

©maths974

Rapido 6ème

16.2

GS 3.1

1. Complète : $\frac{25}{100} = \dots + \frac{\dots}{\dots} = \dots + \frac{\dots}{\dots} + \frac{\dots}{\dots} = \dots$

GS 2.7

2. Complète : $\frac{5}{3} = \frac{5 \times 5}{3 \times 5} = \frac{\dots}{\dots}$

GS 9.1

3. Complète : 12 km = ... m

GS 21.1

4. Je suis un . . . . . .

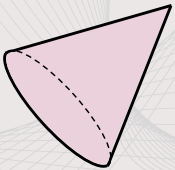

5. Je veux acheter un labubu Stich à 25,50 € et un labubu big à 34,50 €.
   a. Combien cela va-t-il me coûter ?
   b. Si je paye avec un billet de 100 €, combien d'argent me restera-t-il ?

GS 26.2

©maths974

Rapido 6ème

16.3

GS 3.1

1. Complète : $\frac{306}{100} = \ldots + \frac{\ldots}{\ldots} = \ldots + \frac{\ldots}{\ldots} + \frac{\ldots}{\ldots} = \ldots$

GS 2.7

2. Complète : $\frac{30}{8} = \frac{30 \div 2}{8 \div 2} = \frac{\ldots}{\ldots}$

GS 9.1

3. Complète : ..... m = 4,3 km

GS 21.1

4. Je suis un

.....

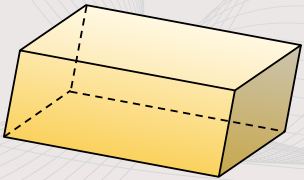

GS 26.2

5. Marc possède 37 billes rouges et 25 billes bleues.

a. Combien Marc a-t-il de billes au total ?

b. Il perd 15 billes pendant la récréation. Combien de billes lui reste-t-il ?

©maths974

Rapido 6ème

GS 3.1

1. Complète : $\frac{25}{100} = \ldots + \frac{\ldots}{\ldots} = \ldots + \frac{\ldots}{\ldots} + \frac{\ldots}{\ldots} = \ldots$

2. Complète : $\frac{5}{3} = \frac{5 \times 5}{3 \times 5} = \frac{\ldots}{\ldots}$

GS 2.7

GS 9.1

3. Complète : 12 km = ... m

GS 8.5

4.

- Choisir un nombre.
- Multiplier par 3.
- Soustraire 10.

Je choisis 30, quel est le résultat ?

5. Dans un refuge, il y a 100 chiens, 60 chats et 40 lapins.

a. Quel est le nombre total d'animaux ?

b. Si 20 chiens, 15 chats et 10 lapins sont adoptés, combien d'animaux reste-t-il au final ?

GS 26.2

GS 3.2

1. Complète $4{,}17 = \dots + \frac{\dots}{\dots} = \dots + \frac{\dots}{\dots} + \frac{\dots}{\dots} = \frac{\dots}{\dots}$

GS 3.5

2. Complète : 4,79 . . . 4,8

GS 24.4

3. Au marché, 5 gâteaux au manioc coûtent 10 €.
Quel est le prix de 1 gâteau ?

GS 25.2

4. Représente ce déplacement en prenant 1 cm pour 20 pas.

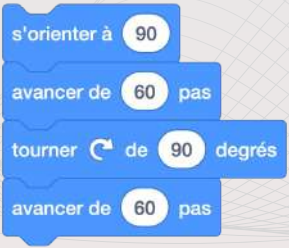

GS 26.3

5. Un ruban de 12,5 mètres est partagé en 5 morceaux de même longueur pour décorer une salle de fête.
Quelle est la longueur de chaque morceau ?

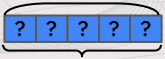

©maths974

Rapido 6ème

17.2

GS 3.2

1. Complète $9{,}3 = \dots + \frac{\dots}{\dots} = \dots + \frac{\dots}{\dots} + \frac{\dots}{\dots} = \frac{\dots}{\dots}$

GS 3.5

2. Compare : 249,02 . . . 249,1

GS 24.4

3. 5 gâteaux au manioc coûtent 10 €. a. Quel est le prix de 1 gâteau ? b. Si l'on achète 8 gâteaux, combien cela coûtera-t-il ?

GS 25.2

4. Représente ce déplacement en prenant 1 cm pour 20 pas.

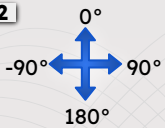

- s'orienter à (90°)
- avancer de (80) pas
- tourner ↻ de (90) degrés
- avancer de (100) pas
- tourner ↻ de (90) degrés
- avancer de (80) pas

5. Mme Morel achète 3,5 kg de pommes. Le prix est de 2,20 € le kilogramme.

Combien va-t-elle payer pour ses pommes ?

GS 26.3

GS 3.2

1. Complète $21{,}6 = \ldots + \frac{\ldots}{\ldots} = \ldots + \frac{\ldots}{\ldots} + \frac{\ldots}{\ldots} = \frac{\ldots}{\ldots}$

GS 3.5

2. Compare : 2025,9 . . . 2025,11

GS 24.4

3. Au marché, 6 barquettes de mangues José coûtent 18 €. Quel est le prix d'une barquette ?

GS 25.2

4. Représente ce déplacement en prenant 1 cm pour 20 pas.

GS 26.3

5. Pour faire le plein de sa voiture, M. Dijoux met 40 litres d'essence. Un litre d'essence coûte 1,85 €.

Combien M. Dijoux doit-il payer ?

©maths974

Rapido 6ème

17.4

GS 3.2

1. Complète : 45,37 = . . . + $\frac{\cdots}{\cdots}$ = . . . + $\frac{\cdots}{\cdots}$ + $\frac{\cdots}{\cdots}$ = $\frac{\cdots}{\cdots}$

GS 3.5

2. Compare : 57 923,5 . . . 57 293,4

GS 24.4

3. Au marché, 6 barquettes de mangues José coûtent 18 €.
Avec 30 €, combien de barquettes peut-on acheter ?

4. Résoudre :

⚽ + ⚽ + ⚽ = 18

⚽ + 🏀 = 14

🏀 – 🎾 = 3

⚽ + 🏀 + 🎾 = ?

GS 26.3

5. Pour faire un grand pot de confiture, il faut 1,5 kg de sucre pour 2,5 kg de fruits.

Quelle quantité de fruits est nécessaire si on utilise 0,75 kg de sucre ?

©maths974

Rapido 6ème

1. 412 est le nombre de . . . . . dans 4 123 GS 3.3

2. Calcule : 9,4 × 100 = . . . GS 3.11

3. 1 h 50 min = . . . min GS 13.4

4. Calcule la mesure de l'angle $\widehat{BAH}$ GS 17.5

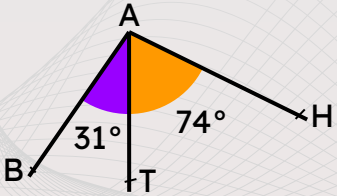

5. Papi achète 5 barquettes de goyaviers pour une masse totale de 750 g. Quelle est la masse d'une seule barquette ? GS 27.3

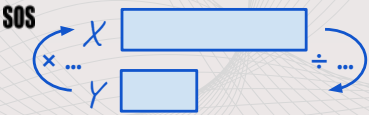

©maths974

Rapido 6ème

1. 63 est le nombre de . . . . . dans 63 904. GS 3.3

2. Calcule : 57,6 × 10 = . . . GS 3.11

3. 3 h 11 min = . . . min GS 13.4

4. Calcule la mesure de l'angle ê GS 17.5

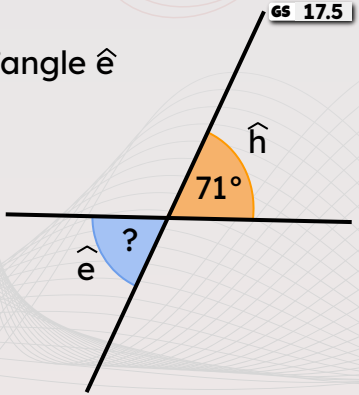

5. Le poissonnier vend des truites qui pèse 120 grammes l'unité.
Si une famille de 4 personnes achète une truite chacun, quelle masse de truite cela fait-il au total ? GS 27.3

1. 500 945 est le nombre de . . . . . dans 5 009 458. GS 3.3

2. Calcule : 15,9 × 1 000 = . . . GS 3.11

3. 4 h 17 min = . . . min GS 13.4

4. Calcule la mesure de l'angle $\widehat{GAN}$, sachant que l'angle $\widehat{TAN}$ mesure 100°. GS 17.5

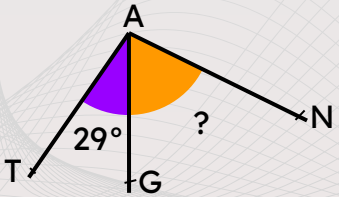

5. Un sachet de brèdes pèse 200 grammes.
Pour faire une bonne fricassée, maman en achète 3 sachets.

Quelle masse de brèdes cela représente-t-il ? GS 27.3

©maths974

Rapido 6ème

18.4

1. 41 est le nombre de . . . . . dans 4 123.

GS 3.3

2. Calcule : 0,045 × 100 = . . .

GS 3.11

3. 0,5 h 10 min = . . . min

GS 13.4

GS 8.3

4. Combien d'éléments grisés à l'étape 4 ?

5. À l'entrée du sentier pour le Trou de Fer, un guide vend des cartes. Le plan pour les adultes coûte 5 €, et le plan pour les enfants coûte 2 fois moins cher. Quel est le prix du plan pour les enfants ?

GS 27.3

1. Écris la fraction correspondante à

GS 2.1

2. Compléter

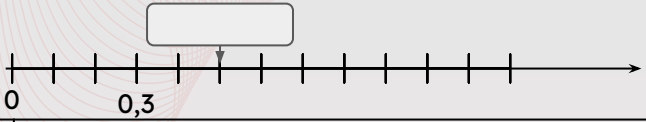

GS 3.4

3. Périmètre = . . .

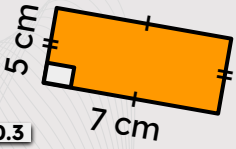

GS 10.3

4. L'événement “Obtenir PILE en lançant une pièce de monnaie” : C’est . . .

GS 23.2

5. Un confiseur a préparé 250 bonbons qu'il veut emballer dans des sachets de 20.

a. Combien de sachets complets pourra-t-il remplir ?

b. Combien de bonbons lui restera-t-il ?

GS 28.3

©maths974

Rapido 6ème

1. Ecris la fraction correspondante à 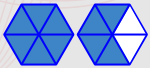

GS 2.1

2. Compléter

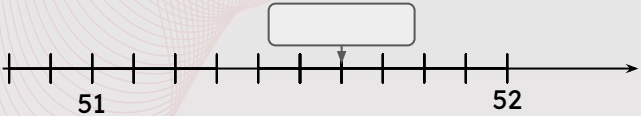

GS 3.4

3. Périmètre = . . .

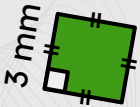

GS 10.3

4. L'événement “Obtenir un résultat supérieur à 0 en lançant un dé à six faces” : C'est . . .

GS 23.2

5. Un fleuriste a reçu une livraison de 154 roses. Il veut faire des bouquets de 7 roses.

a. Combien de bouquets complets peut-il faire ?

b. Combien de roses lui restera-t-il ?

GS 28.3

©maths974

Rapido 6ème

19.3

1. Ecris la fraction correspondante à

GS 2.1

2. Compléter

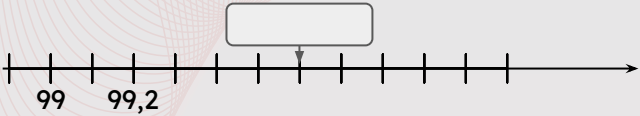

GS 3.4

3. Périmètre = . . .

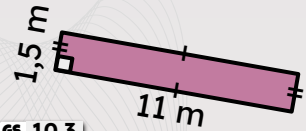

GS 10.3

GS 23.2

4. L'événement “Il neigera demain matin à la Réunion” : C’est . . .

5. Les élèves d'une classe de CM2, au nombre de 27, se préparent à aller à la piscine.
Le professeur demande de former des équipes de 4.

a. Combien d'équipes complètes peuvent-ils former ?
b. Combien d'élèves resteront sans équipe ?

GS 28.3

©maths974

Rapido 6ème

1. Ecris la fraction correspondante à

GS 2.1

2. Compléter

GS 3.4

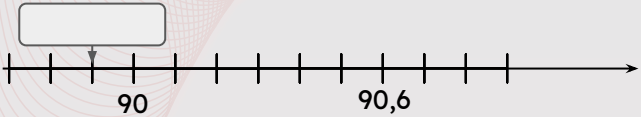

3. Périmètre = . . .

GS 10.3

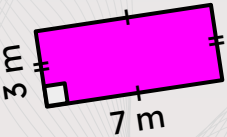

4. L'événement “Obtenir un 7 en lançant un dé à six faces.” : C’est . . .

GS 23.2

5. Complète la suite :

GS 8.3

100 ; 99 ; 97 ; 94 ; 90 ; ? ; ?

©maths974

Rapido 6ème

GS 3.6

1. Ranger dans l'ordre décroissant : 57 ; 57,11 ; 57,3 ; 75 et 57,099

GS 2.12

2. Ecrit le calcul de : $\frac{1}{4}$ de 120 km.

3. Aire = . . .

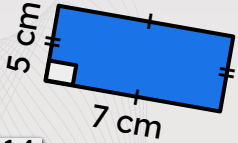

GS 11.4

4. Ces 2 figures sont symétriques par rapport à (d). Vrai ou Faux ?

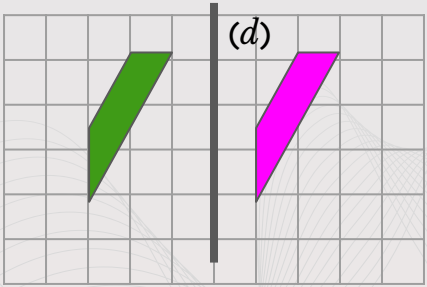

GS 20.2

5. Laura commence ses devoirs de mathématiques à 16h00. Elle passe 50 minutes sur cet exercice, puis 20 minutes sur sa lecture. À quelle heure a-t-elle fini ses deux devoirs ?

GS 30.1

©maths974

Rapido 6ème

20.2

GS 3.6

1. Range dans l'ordre croissant : 12,05 ; 12,5 ; 12 ; 11,99 ; 12,1.

GS 2.12

2. Ecrit le calcul de : $\frac{1}{3}$ de 18 L.

3. Aire = . . .

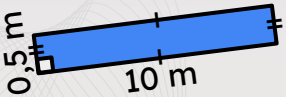

GS 11.4

4. Ces 2 figures sont symétriques par rapport à (d). Vrai ou Faux ?

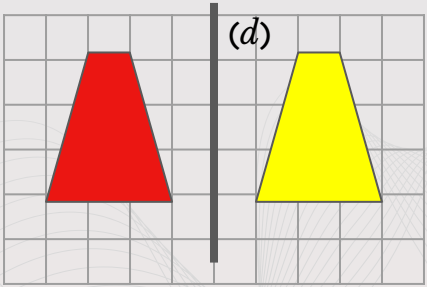

GS 20.2

5. Un train quitte Paris à 11h50. Le trajet jusqu'à Lyon dure 2h10. Il faut alors attendre 15 minutes avant le trajet final de 45 minutes jusqu'à Saint-Étienne. À quelle heure le voyageur arrivera-t-il ?

GS 30.1

GS 3.6

1. Range dans l'ordre croissant : 8,01 ; 8,1 ; 8 ; 7,99 ; 8,005.

GS 2.12

2. Ecrit le calcul de : $\frac{1}{10}$ de 100 cm.

3. Aire = . . .

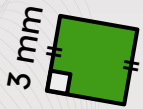

GS 11.4

4. Ces 2 figures sont symétriques par rapport à (d). Vrai ou Faux ?

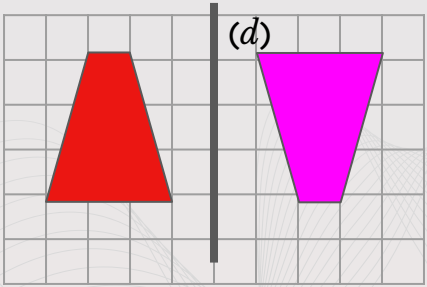

GS 20.2

5. Le départ d'une randonnée est prévu à 9h15. Le groupe marche pendant 2 heures et 30 minutes avant de faire une pause de 45 minutes. À quelle heure la pause se termine-t-elle ?

GS 30.1

©maths974

Rapido 6ème

GS 3.6

1. Range dans l'ordre croissant : 0,3 ; 0,03 ; 0,33 ; 0,303 ; 0,033.

GS 2.12

2. Ecrit le calcul de : $\frac{1}{5}$ de 55 min.

3. Aire = . . .

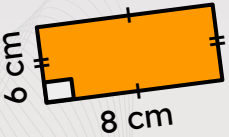

GS 11.4

4.

- Choisir un nombre.
- Soustraire 7.
- Multiplier par 5.

Je choisis 108, quel est le résultat ?

GS 8.5

GS 30.1

5. Une pièce de théâtre commence à 20h00. Il y a trois actes : le premier dure 40 minutes, le deuxième 50 minutes et le dernier 30 minutes. Entre chaque acte, il y a un entracte de 20 minutes. À quelle heure la pièce se termine-t-elle ?